J. Brahms – Ein deutsches Requiem, deel 2

job

cd1-track 8

De vragen 10 t/m 27 gaan over een deel uit Ein deutsches Requiem van Johannes Brahms (1833-1897).

Je hoort de eerste muzikale volzin twee keer. De voorzin is afgedrukt, evenals de inleidende maten van de contrabas.



De nazin eindigt anders dan de voorzin.

1p **10** Zet een pijl boven de noot waar de melodische verandering van de nazin begint. Laat het octaafverschil buiten beschouwing.

cd1-track 9

Je hoort de gehele instrumentale inleiding twee keer. Deze bestaat uit twee muzikale zinnen. Beide zinnen zijn gebouwd op motieven.

2p **11** In welke opzichten verschillen de motieven van de tweede muzikale zin van de motieven van de eerste muzikale zin (twee aspecten)?
Een antwoord als 'ander ritme' is niet voldoende. Ga bij je antwoord uit van de tweede muzikale zin.

1 De motieven zijn stijgend

2 Er zitten rusten tussen de motieven

cd1-track 10

Je hoort één keer de instrumentale inleiding en het gedeelte daarna, waarin het koor zingt.

1p **12** Wat is de relatie tussen de inleiding en het gedeelte met koor?

De inleiding wordt opnieuw gespeeld tijdens het gedeelte met het koor

cd1-track 11

Je hoort een ander gedeelte vier keer. Van de koormelodie zijn de eerste noten afgedrukt. De klank is een halve toon lager dan de notatie.

C# (kwartnoot) | D (halve noot) + C (kn) | B (hn) + C# (kn) | F



2p **13** Noteer de rest van de melodie. Het herstellingsteken is gegeven.

cd1-track 12

Je hoort één keer de overgang tussen twee gedeeltes. Hierin wordt gemoduleerd. In maat 1 en 2 speelt de contrabas de grondtoon. Deze grondtoon is afgedrukt, evenals de sopraan- en contrabaspartij van het vervolg. De klank is een halve toon lager dan de notatie.



1p **14** Wat is de relatie tussen de beide toonsoorten?

Een terts hoger.

cd1-track 13

Het volgende fragment bestaat uit twee muzikale volzinnen. De tekst is afgedrukt.

A 'So seid nun geduldig lieben Brüdern'

B 'bis auf die Zukunft des Herrn'

A Instrumentaal

B 'bis auf die Zukunft des Herrn'

1p **15** Geef de vorm aan door voor elke regel een letter te plaatsen.

1p **16** Noem één verschil tussen deze twee zinnen gelet op de meespelende instrumenten. Ga bij je antwoord uit van de tweede zin.
Je hoort het fragment drie keer.

Eerst spelen er geen instrumenten, maar in de tweede zin wel.

cd1-track 14

Van acht maten is de tekst met het ritme daarvan afgedrukt.

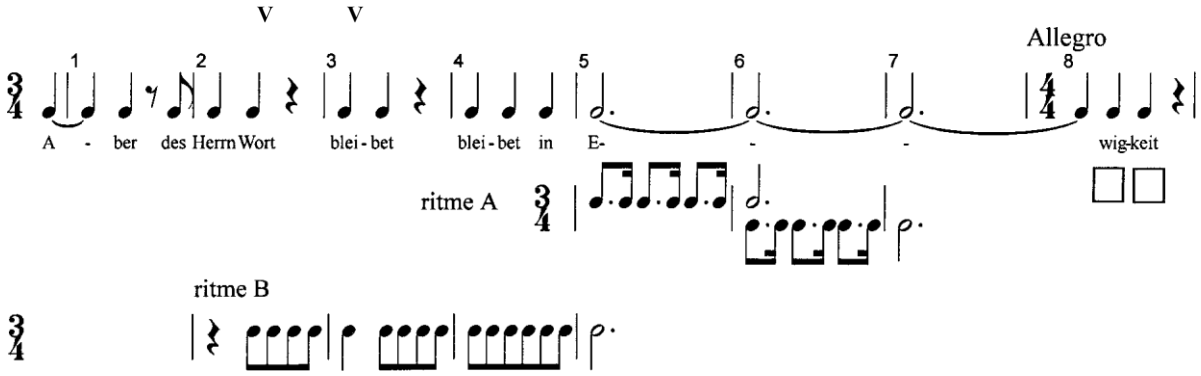

2p **17** Geef boven het tekstritme met twee pijlen aan waar de eerste twee akkoordwisselingen plaatsvinden.

1p **18** Noteer in de hokjes onder 'wig-keit' de harmonische functies.
Je hoort het fragment twee keer.

Een I en V

cd1-track 15

Je hoort dit fragment nog twee keer.

1p **19** Welk instrument speelt, het meest op de voorgrond tredend, ritme A?

Trompet

cd1-track 16

Je hoort dit fragment en het vervolg erop twee keer. Van het vervolg is de tekst van de bas- en de sopraanpartij afgedrukt.

Sopraan *Die Erlöseten des Herrn*
bas *Die Erlöseten des Herrn* werden wiederkommen, und gen Zion, und gen Zion kommen mit Jauchzen

Het ritme van de cursief gedrukte tekst is gebaseerd op een ritmisch motief uit het notenvoorbeeld van vraag 17.

1p **20** Geef dit ritmisch motief in het notenvoorbeeld van vraag 17 met een haak aan.

cd1-track 17

De vragen 21 t/m 25 gaan over het in de bijlage afgedrukte partituurgedeelte. Na enige leestijd hoor je dit partituurgedeelte twee keer. Zowel na de eerste keer als na de tweede keer heb je drie minuten de tijd om de vragen 21 t/m 25 te beantwoorden.

1p **21** Wat is de *ritmische* relatie tussen de met een haak aangegeven hoornpartij in maat 1 en 2 en de baspartij van het koor die in maat 1 begint? Ga bij je antwoord uit van de baspartij.

De baspartij speelt een langzamere versie van de hoornpartij.

1p **22** Welk ritmisch verschijnsel treedt gedurende de maten 1 t/m 8 veelvuldig op in de viool- en altvioolpartijen?

Syncopisch

3p **23** Noem drie muzikale middelen waarmee de tegenstelling tussen de maten 10 t/m 16 ’und Schmerz und Seufzen’ (en pijn en zuchten) en de maten 17 t/m 21 ’wird weg’ (zal verdwijnen) wordt gerealiseerd.
Beperk je tot de *koor*partijen. Laat homofoon, polyfoon en imitatie buiten beschouwing. Ga bij je antwoord uit van de maten 17 t/m 21.

1 staccato

2 veel herhaling

3 kortere noten

1p **24** Welk akkoord spelen de trombones in maat 15? Noem de soort drieklank en de grondtoon ervan.

A mineur

Op twee plaatsen vindt in de orkestpartijen imitatie plaats waarbij (tenminste) vier verschillende instrumenten betrokken zijn.
2p **25** Noteer de maatnummers waar dit gebeurt.

1 maat 4 t/m maat 8

2 maat 17 t/m maat 22

---

cd1-track 18

De coda is gebaseerd op de tekst ’ewige Freude’ (eeuwige vreugde).

3p **26** Noem drie manieren waarop de componist de betekenis van het woord ’ewige’ in de muziek tot uitdrukking heeft gebracht. Betrek hierbij ook de orkestpartijen.
Je hoort een iets langer gedeelte van de coda twee keer. Daarna wordt de cd tien minuten stilgezet. Beantwoord in die tijd ook vraag 27.

1 de "e" van ewige is langer

2 word de hele tijd herhaald

3 elke stem zegt ewige

Dit is muziek uit de Romantiek.
3p **27** Geef voor deze bewering twee argumenten. Een antwoord als ’groter orkest’ is niet voldoende.

1 veel blazers

2 dynamisch